Université de Blida
Faculté des Sciences
Département de mathématique
Master en recherche opérationnelle

2018-2019

Série No 3, Théorie des graphes

Ex 01.

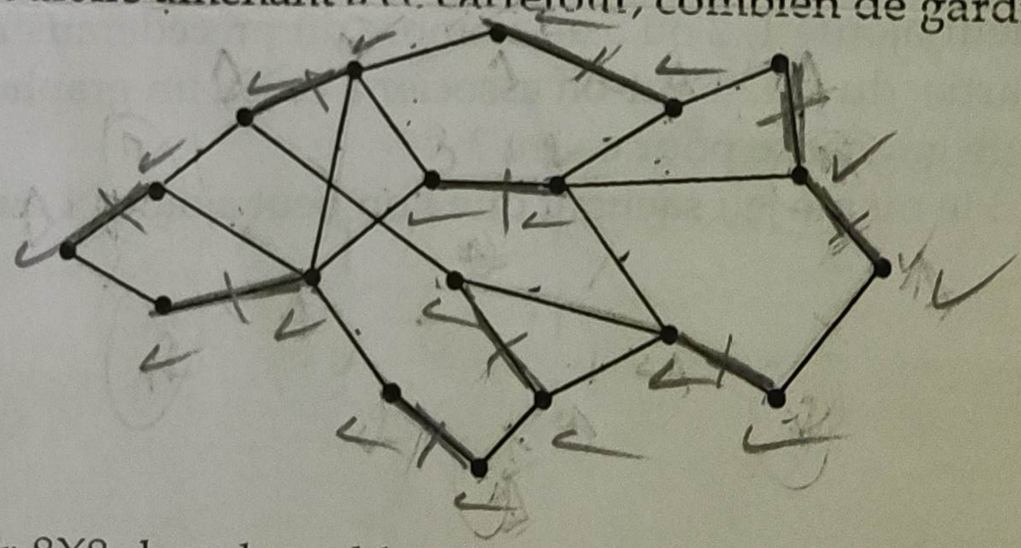
On considère le système d'inéquations suivant $\begin{cases} x_1 + x_4 + x_5 + x_8 \leq 1 \\ x_1 + x_3 + x_7 \leq 1 \\ x_2 + x_4 + x_6 + x_7 \leq 1 \\ x_2 + x_3 + x_5 + x_8 \leq 1 \\ x_3 + x_4 + x_6 + x_8 \leq 1 \end{cases}$ où les inconnus ne

on peut le representer un PL avec matrice du PL et la matrice d'adjacences.

prennent que la valeur 0 ou 1. En utilisant la théorie des graphes, déterminer une solution de ce système qui maximise la fonction $Z = x_1 + x_2 + x_3 + x_4 + x_5 + x_6 + x_7 + x_8$.

Ex 02. Le graphe ci-contre représente le plan des couloirs d'un musée.

- Un gardien placé dans un couloir peut surveiller les deux carrefours placés à ses extrémités. Combien de gardiens sont nécessaires (et comment les placer) afin que tous les carrefours soient surveillés ?
- Si l'on place maintenant les gardiens aux carrefours, en supposant qu'un tel gardien peur surveiller tous les couloirs amenant à ce carrefour, combien de gardiens sont nécessaires?



Ex 03. Considérons un échiquier 8X8 dans lequel les deux cases opposées dans la diagonale sont supprimées. Montrer qu'il est impossible de couvrir cet échiquier en utilisant des rectangles 1X2. (Indication : chaque rectangle couvre deux cases de l'échiquier horizontalement ou bien verticalement).

Ex 04. Un magasin d'animaux vend 9 espèces de poissons. Certaines espèces peuvent cohabiter dans un même aquarium, d'autres non. On représente par une croix dans le tableau ci-dessous. Les espèces de poissons pouvant être mises dans un même aquarium. On cherche le nombre minimum d'aquariums nécessaires pour mettre tous les poissons. Modélisez d'abord la situation par un graphe, traduisez la question en termes de graphes, puis donnez le nombre minimum d'aquariums nécessaires et indiquez une répartition possible des poissons dans les aquariums.

	P1	P2	P3	P4	P5	P6	P7	P8	P9
P1		x		x		x		x	x
P2	x				x	x	x	x	
P3				x	x		x	x	x
P4	x		x		x	x		x	x
P5		x	x	x		x			x
P6	x	x		x	x		x		x
P7		x	x	x		x		x	
P8		x		x			x		
P9	x			x	x	x			

si on laisse le tab tel qu'il e
on doit chercher des sous gr
complet (ie une répartition min
en clique)

tableau sym

A_1 ←

Exo 5. Neuf étudiants sont concernés par certaines épreuves (voir ci-dessous). Sachant qu'un étudiant ne peut se présenter qu'à au plus une épreuve par jour et qu'une épreuve est programmée une seule fois pour tous les étudiants concernés.

Nom	épreuves
Ali	Economie, Sciences, Physique
Omar	Sciences, Economie, Physique
Bachir	Maths, Histoire, Arabe
Akli	Maths, Physique, Arabe
Brahim	Français, Physique, Arabe

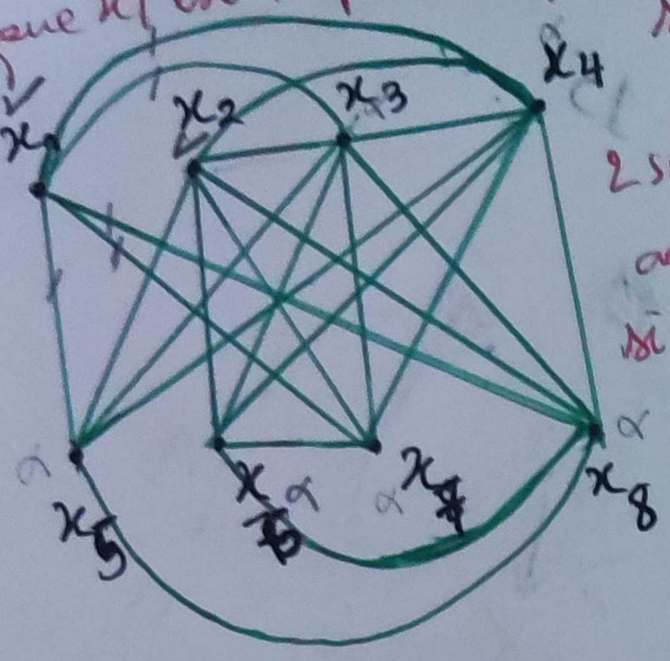
Nom	épreuves
Ahmed	Maths, Français, Physique
Mohamed	Economie, Histoire, Français
Mouna	Français, Sciences, Physique
Brahim	Histoire, Economie, Français

1- Représenter ce problème par un graphe
2- Proposer un planning d'examen comportant le nombre minimum de jours.

Ex 06. Considérons le jeu suivant à deux joueurs. On part du nombre 0 et à tour de rôle, chaque joueur ajoute 1, 2 ou 3 au nombre dit précédemment. Le premier qui arrive à 23 il gagne la partie du jeu. Peut-on associer à ce jeu un graphe ? Pouvez-vous en déduire alors une stratégie gagnante pour ce jeu ?
On reprend le même jeu sachant que l'on peut ajouter 1 ou 2 seulement.

Theorie des graphes

Exo1 : On construit un graphe G où chaque x_i est représenté par un seul sommet, 2 sommets sont adjacents si ∃ une contrainte dans le PL qui relient les vars.



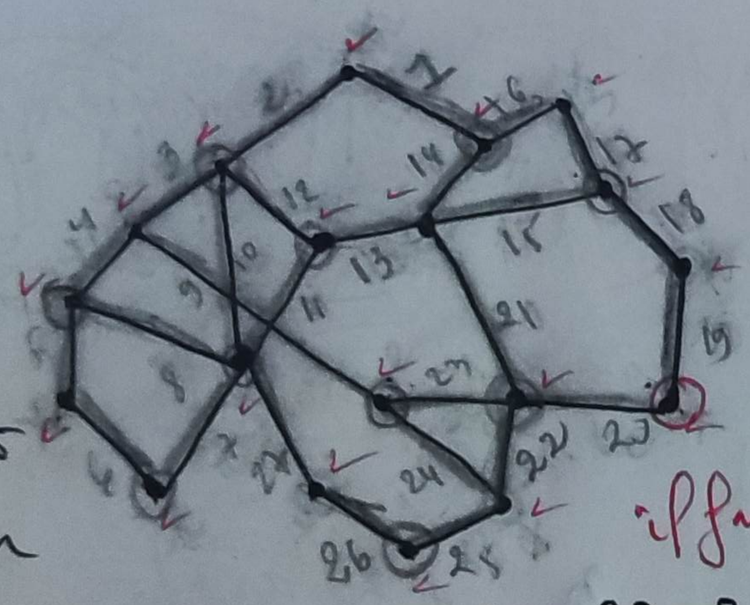
On cherche un stable maximal

$x_1 = 1,\ x_2 = 1,\ x_i = 0\ \forall i = \overline{3,8}$.

$\boxed{Z = 2}$

Exo2 :

a) Cherchons le recouvrement minimum



$A = \{1, 3, 5, 7, 13, 17, 19, 22, 23, 26\}$

b) On a besoin de 10 gardiens $\boxed{\delta(G) = 10}$

~~On cherche $\alpha(G)$ un stable maximum~~

~~$\boxed{\alpha(G) = 8}$~~ → Il nous faut 8 gardiens.

On cherche un transversal minimum $\boxed{\eta(G) \leq 11}$

$\alpha(G) + \eta(G) = 19 = n$

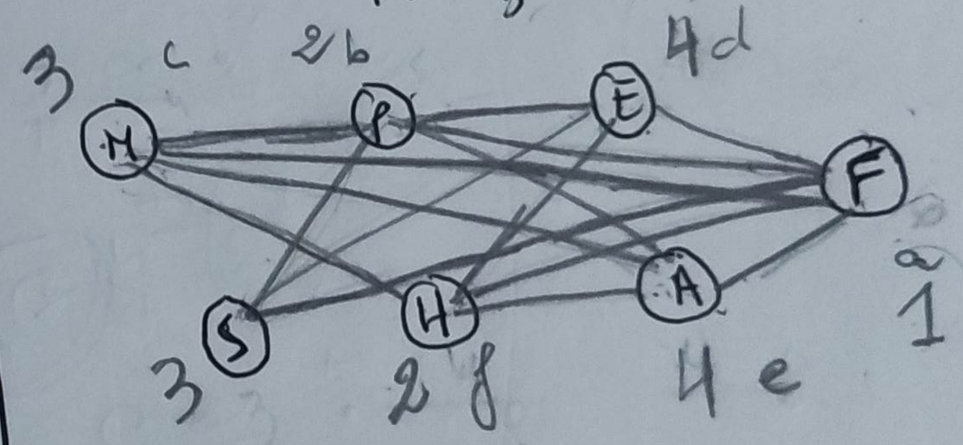
$\alpha(G) \leq \frac{n}{2}$; $\eta(G) \geq \frac{n}{2}$

il faut au moins $\lceil \frac{n}{2} \rceil$

Exo 3 :

Coloration

Maths - Phys - Econo - Sciences - Histoire, Arabe, Français



Jour 1 = Fr

Jour 2 = Phys - Hist

Jour 3 = Math - Sciences

Jour 4 = Economie - Arabe

1, 6, 14

3 2, 10. 12

4 5 8

6 7

26 25

11, 10, 8, 7, 27.

23 11, 24

des
aptres

graph

e par

x_4

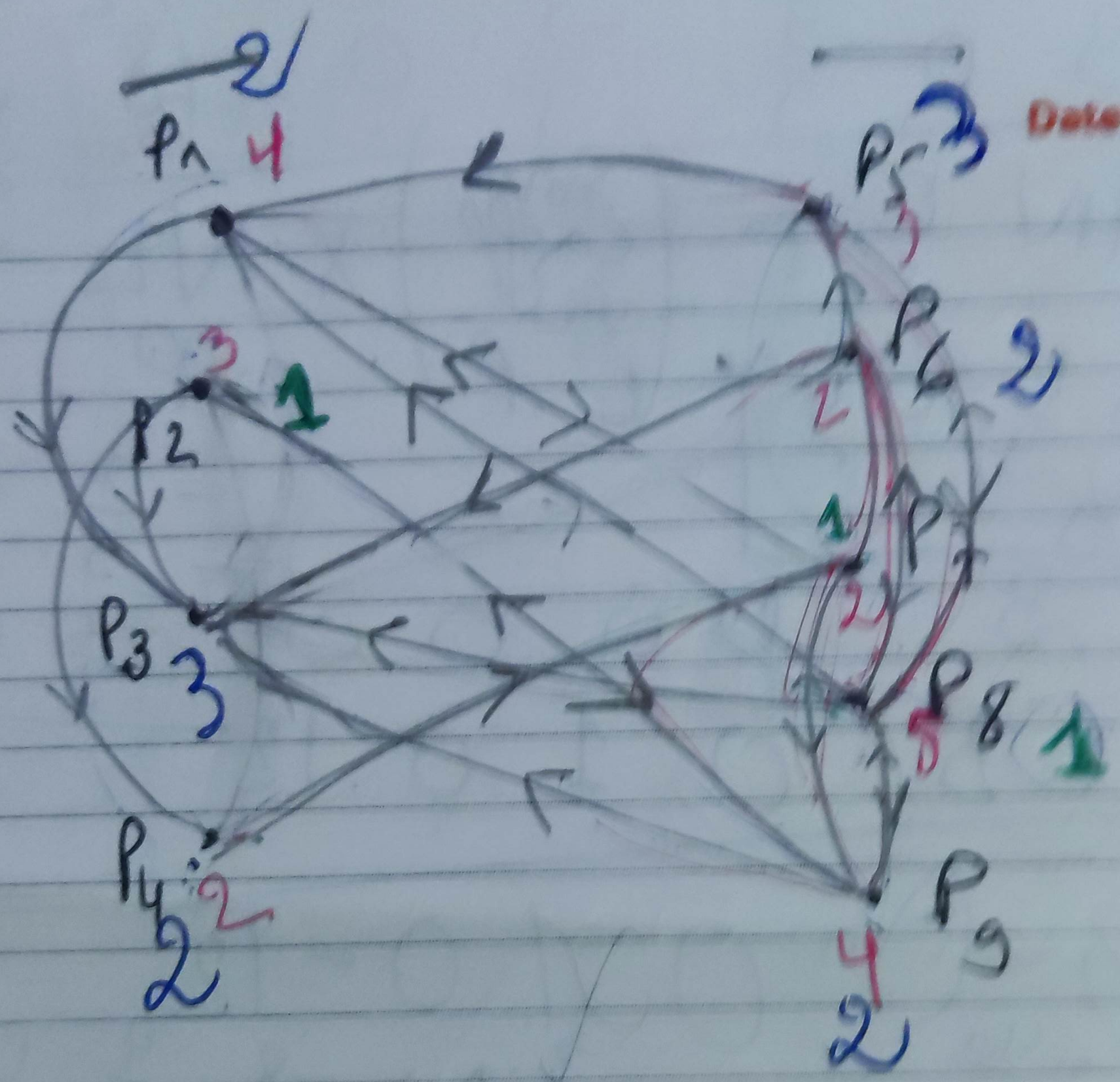
2

x_8

x_i^2

Exo 4 : (sur le calvier)

Date:



(P7) | P2, P7, P8 |

| P1, P4, P6, P9 |

| P3, P5 |